WAYGROUND formerly Quizizz **Worksheets**

Name

Tin học văn phòng (chương 3)

Class

Total questions: 67

Worksheet time: 34mins

Date

1. Để xóa biểu đồ đã tạo, ta thực hiện như thế nào?

a) Nhấn phím Delete
b) Tất cả đều sai
c) Nháy chuột trên biểu đồ và nhấn phím Insert
d) Nháy chuột trên biểu đồ và nhấn phím Delete

2. Cách nào sau đây là cách đặt mật khẩu cho file Excel?

a) File\Save\Tools\ Properties
b) File\Save\Tools\ General Options
c) File\Save\Tools\ PassWord
d) File\Save\Tools\ Web Option

3. Công thức =MID(“PHENIKAA”,3,2)& LEFT(RIGHT(“PHENIKAA”,4),2) trả về kết quả nào dưới đây:

a) ENIK
b) IKAA
c) NIKA
d) HENIK

4. Mục đích của việc sử dụng biểu đồ là gì?

a) Minh họa dữ liệu trực quan
b) Dễ dự đoán xu thế tăng hay giảm của các số liệu
c) Tất cả các ý trên
d) Dễ so sánh số liệu

5. Để sắp xếp dữ liệu trong một cột theo thứ tự tăng dần, ta chọn Menu lệnh Data\Sort, sau đó chọn?

a) Cả 3 câu trên đều sai
b) Ascending
c) Descending
d) Sort By

6. Để trích lọc dữ liệu tự động trong Excel thực hiện lệnh?

a) Data\Filter\Advance Filter
b) Tất cả các đáp án đều sai
c) Data\Filter\Auto Filter
d) Data\Sort\Auto Filter

7. Trong bảng tính Excel, hộp thoại Chart Wizard cho phép xác định các thông tin nào sau đây cho biểu đồ?

a) Cả 3 câu đều đúng.
b) Chú giải cho các trục
c) Có đường lưới hay không.
d) Tiêu đề biểu đồ.

8. Trong các thành phần sau, Excel có thể xử lý được những phần nào?

a) Bảng tính điện tử SpreadSheet
b) Biểu đồ Chart
c) Tất cả các thành phần trên
d) Cơ sở dữ liệu DataBase

9. Nếu ô A2 có giá trị là 8 thì công thức sau: =MAX(IF(AND(A2>=5,A2<=10), SUM(MOD(10,3),2,7),AVERAGE(9,10,11)),125,115) sẽ trả về kết quả nào dưới đây:

a) 115
b) 10
c) 3
d) 125

10. Nếu B1 có giá trị là 8 và C3 có giá trị là 25 thì công thức sau: =AVERAGE(IF(AND(B1>5,B1<=9),MOD(20,3),COUNTA(20,30,"Nam","Dung",22)),MiN(673,575,705),IF(C3<INT(20/3),60,620) sẽ trả về kết quả nào dưới đây:

a) 275
b) 399
c) 175
d) 400

11. Trong Microsoft Excel, khi vẽ biểu đồ bằng công cụ Chart Wizard, thẻ Data Range cho phép làm gì?

a) Thêm 1 vùng dữ liệu
b) Thay đổi vùng dữ liệu vẽ biểu đồ
c) Gán nhãn cho vùng dữ liệu
d) Xoá dữ liệu

12.

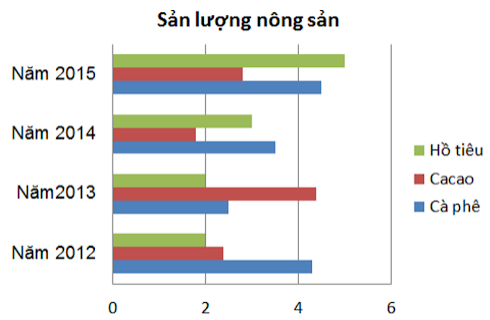

Loại biểu đồ nào được sử dụng trong hình dưới đây?

a) Biểu đồ dạng đường (line)
b) Biểu đồ dạng thanh (bar)
c) Biểu đồ dạng cột (column)
d) Biểu đồ dạng bánh (pie)

13. Thao tác lọc dữ liệu chỉ có thể thực hiện được sau khi lựa chọn bảng tính cần lọc sau đó chọn?

a) Data- Filter
b) View - Filter
c) Edit- Filter
d) Format - Filter

14.

	A	B	C	D	E	F	G
1	BẢNG TỔNG KẾT NHẬP/ XUẤT NÔNG SẢN						
2							
3	Số	Mã hàng	Tên hàng	Nhập/ Xuất	Số lượng	Đơn giá	Thành tiền
4	N1	L01		Nhập	230		
5	X1	C01		Xuất	110		
6	N2	C01		Nhập	5		
7	N3	B01		Nhập	210		
8	X3	C01		Xuất	65		
9							
10							
11				Mã hàng	Tên hàng	Đơn giá	
12				C01	Café	120	
13				L01	Lúa	60	
14				B01	Bắp	45	

Trong bảng tính sau, công thức cần nhập vào ô C4 để điền Tên hàng là gì?

a) =VLOOKUP(B4;$D$11:$F$14;2;0)

b) =HLOOKUP(B4;$D$11:$F$14;2;0)

c) =VLOOKUP(B4;$D$11:$F$14;3;0)

d) =HLOOKUP(B4;$D$11:$F$14;3;0)

15. Ý nghĩa của việc sắp xếp dữ liệu là gì?

a) Để nhanh chóng tìm được dữ liệu cần thiết và dễ so sánh dữ liệu.

b) Tất cả đều sai

c) Sắp xếp dữ liệu giúp tính toán dữ liệu dễ hơn

d) Tất cả đều đúng

16.

	A	B	C	D	E
1	STT	Họ và tên	Điểm học tập	Điểm rèn luyện	Kết quả
2	1	Nguyễn Lan Anh	8.2	85	
3	2	Vũ Văn Chiến	7.5	80	
4	3	Trần Thùy Dương	6.9	74	
5	4	Lê Công Định	7.3	72	
6	5	Hoàng Hải Hường	8.5	78	

Trong bảng tính sau, cột Kết quả được sử dụng để xếp hạng các học sinh dựa trên Điểm học tập giảm dần (học sinh có Điểm học tập cao nhất có thứ hạng 1). Cần nhập vào ô E2 công thức nào sau đây?

a) =RANK(C2,$C$2:C:6,1)

b) =SORT(C2,$C$2:C:6,0)

c) =RANK(C2,$C$2:C:6,0)

d) =SORT(C2,$C$2:C:6,1)

17. Trong Microsoft Excel, công thức =COUNT(25,11,4) sẽ trả về kết quả là bao nhiêu?

a) 11

b) 4

c) 3

d) 25

18. Để lọc dữ liệu ta thực hiện?

a) Mở dải lệnh Data → chọn lệnh AutoFilter

b) Chọn vùng dữ liệu cần lọc→ chọn menu Data → chọn lệnh Filter

c) Mở dải lệnh Data → chọn lệnh Sort

d) Tất cả đều sai

19. Biết vùng dữ liệu từ C2:C10 chứa Tên chức vụ, muốn xem có bao nhiêu Kế toán trong vùng dữ liệu ta thực hiện công thức:

a) =Countif(C2:C10,'"Kế toán'")

b) =Countif(C2:C10,"Kế toán")

c) =Countif(C2:C10,Kế toán)

d) =Countif(C2:C10,'Kế toán')

20.

Bảng 3.

ĐVT: $1,000

Tháng	Số lượng	Giá TB
Tháng 1	260	120
Tháng 2	150	250
Tháng 3	210	190
Tháng 4	270	170
Tháng 5	160	120
Tháng 6	250	80

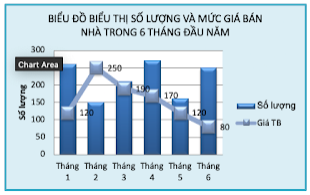

Hãy cho biết biểu đồ trong hình dưới đây thuộc loại nào?

a) Pie

b) Bar

c) Column

d) Line

21. BHYT (Bảo hiểm y tế) được tính bằng 10% của lương và phụ cấp. Công thức nào bạn sẽ sử dụng tại ô E4 để tính giá trị cho cột BHYT?
Muốn Lọc ra các học sinh có Điểm TB bằng 7.0 ta thực hiện các bước lần lượt như thế nào dưới đây?

a) =10%(C4+D4)

b) =10%*C4+D4

c) =10%*(C4+D4)

d) =10%C4+D4

22.

	A	B	C	D	E	F	G	H	I
5	STT	MA-NV	Họ-tên	Chức vụ	L-NGÀY	NG-CÔNG	LƯƠNG	Thưởng	Thực lĩnh
6	1	BC01	Hà Xuân Trung			24			
7	2	BP02	Nguyễn Cao Phan			26			
8	3	FV03	Lê Ngọc Hân			22			
9	4	FC04	Mai Thị Hương			26			
10	5	FP05	Lý Duy Kỳ			25			
11	6	MC06	Trần Thành Long			21			
12	7	MP07	Hoàng Trọng Thi			24			
13	8	TV08	Cao Thành Tâm			23			
14	9	TP09	Nguyễn Nhân			18			
15	10	TC10	Bửu Lâm			18			
16									
17	**Phòng ban**			**Chức vụ & Lương**				**Tổng kết Thưởng**	
18	Mã P-Ban	P-Ban	Mã Chức vụ	C	P	V	Mã P-Ban	Phòng	Thưởng
19	B	Kinh doanh	Chức vụ	TP	NV	PP	B	Kinh doanh	
20	F	Tài vụ	L-ngày	50,000	35,000	40,000	F	Tài vụ	
21	M	Tiếp thị					M	Tiếp thị	
22	T	Kho vận					T	Kho vận	

Cho bảng dữ liệu Excel như sau:
Câu hỏi: Chọn công thức ĐÚNG cho cột Chức vụ để điền vào ô D1. Biết rằng : nội dung cột này được dò tìm và lấy ra Phòng ban và bảng Chức vụ & Lương dựa vào ký tự đầu và ký tự thứ hai của MA-NV. Ký tự đầu của MA-NV cho biết nhân viên đó Ký tự thứ hai của MA-NV cho biết Chức vụ

a) =HLOOKUP(MID(B6,2,1),$D$18:$F$19,2,0)&VLOOKUP(LEFT(B6),$A$18:$B$22,2,0)

b) =VLOOKUP(MID(B6,2,1),D "&HLOOKUP(LEFT(B6),$A$18

c) =HLOOKUP(MID(B6,2,1),$D$18:$F$19,2,0)&" "&VLOOKUP(LEFT(B6),$A$18:$B$22,2,0)

d) =VLOOKUP(MID(B6,2,1),D "&VLOOKUP(LEFT(B6),$A$18

23. Nếu thí sinh đạt từ 5 điểm trở lên, thí sinh đó được xếp loại Đạt, ngược lại nếu dưới 5 điểm, thì xếp loại Không đạt. Công thức nào dưới đây thể hiện đúng điều này (Giả sử ô G6 đang chứa điểm thi)

a) =IF(G6=<5,Đạt, Không đạt)

b) =IF(G6=<5,"Đạt", "Không đạt")

c) IF(G6>=5,"Đạt") ELSE ("Không đạt")

d) =IF(G6<5,"Không đạt","Đạt")

24. Trong bảng tính MS Excel, hàm nào sau đây cho phép đếm các giá trị thỏa mãn một điều kiện cho trước:

a) COUNTIF

b) COUNT

c) SUMIF

d) SUM

25. Trong bảng tính MS Excel, công thức:=Mid(“abc1234”,2,3) cho kết quả:

a) c12
b) 123
c) bc
d) bc1

26. Sau khi lọc theo yêu cầu thì dữ liệu trong cột được lọc đó sẽ thay đổi thế nào?

a) Dữ liệu được giữ nguyên theo vị trí ban đầu
b) Sẽ được sắp xếp giảm dần
c) Sẽ được sắp xếp tăng dần
d) Cả 3 đáp án trên đều sai

27. Biểu thức sau: =ROUND(A1,2) cho kết quả là bao nhiêu nếu tại ô A1 có giá trị là 4.567

a) 4.5
b) 4.56
c) 4.6
d) 4.57

28. Giả sử ngày hệ thống của máy tính là: 03/22/2022; Khi đó tại ô C2 gõ vào công thức =Today()-2 thì nhận được kết quả là:

a) 05/22/2022
b) 01/22/2022
c) 03/20/2022
d) 03/22/2020

29. Nếu C3 có giá trị là 15 thì công thức sau: =AVERAGE(IF(AND(C3>5,C3<=9), MOD(20,3),COUNT(20,30,115)),4,IF(3>2,5,6))) sẽ trả về kết quả nào dưới đây:

a) 4
b) 3
c) 5
d) 6

30. Thao tác để di chuyển đến một sheet khác trong cùng một tập tin?

a) Nhấn phím F2 và số thứ tự của các sheet
b) Nhấn chuột lên tên sheet cần di chuyển đến hoặc nhấn tổ hợp phím Ctrl + PgUp hoặc Ctrl + PgUp
c) Nhấn phím F5 và số thứ tự của các sheet
d) Nhấn phím F3 và số thứ tự của các sheet

31. 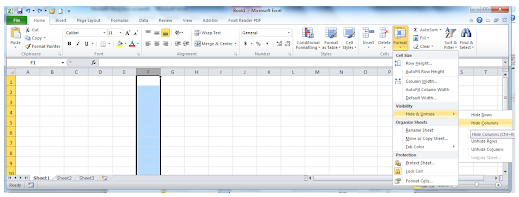

Trong hình ảnh dưới đây, thao tác nào được thực hiện?

a) Ẩn trang tính
b) Ẩn cột E
c) Ẩn cột G
d) Ẩn cột F

32.

	A	B	C	D	E	F	G
1	SỐ CT	DIỄN GIẢI	NGÀY BÁN	SL	ĐƠN GIÁ	TRỊ GIÁ	
2	B50	Bàn gỗ	01/04/08	40.0	250,000.0		
[illegible]	B51	Bàn sắt	03/07/08	46.0	308,000.0		

Cho bảng số liệu như sau:
Yêu cầu: Tính TRỊ GIÁ = Số lượng Đơn giá (1 - Mức giảm) . Trong đó, mức giảm được tính như sau: Nếu số lượng bán ra dưới 50 thì mức giảm là 0; ngược lại thì mức giảm sẽ là 10 %. Công thức tại ô F2 như thế nào?

a) =D2E2 (1-If (D2 <50; 0%;10%))
b) =D2E2 (1-If (D2 >=50; 0%;10%))
c) =D2E2 (1-If (D2 <50; 10%;0%)
d) =D2E2 1-If (D2 <50; 0%;10%)

33. Trong MS Excel, công thức sau trả về giá trị nào: = IF(5 >= 5, “Không được tuyển dụng”)

a) FALSE
b) Không được tuyển dụng
c) Công thức sai vì trong Excel không có phép toán =>
d) Công thức sai vì thiếu đối số trong hàm IF

34. Muốn tính trung bình của hàng hay cột, ta sử dụng hàm nào sau đây:

a) SUM(TOTAL)/TOTAL()
b) Lợi ích khi thực hiện vấn đề này?
c) Average()
d) Medium()

35.

	A	B	C	D	E
1	STT	Họ và tên	Điểm học tập	Điểm rèn luyện	Kết quả
2	1	Nguyễn Lan Anh	8.2	85	
3	2	Vũ Văn Chiến	7.5	80	
4	3	Trần Thùy Dương	6.9	74	
5	4	Lê Công Định	7.3	72	
6	5	Hoàng Hải Hường	8.5	78	

Kết quả của việ nhập công thức =AND(C2>=8;D2>=80) ở ô E2 là gì?

a) FALSE
b) TRUE
c) Cả hai đáp án đều sai
d) Cả hai đán án đúng

36. Kết quả của việc nhập công thức =OR(C3<5;D3<50) ở ô E2 là gì?

a) TRUE
b) Cả hai đáp án đều sai
c) FALSE
d) Cả hai đán án đúng

37. Biểu thức sau cho kết quả là bao nhiêu nếu DTB = 8?=If(DTB>=5, Dau, Truot)

a) #NAME
b) Dau
c) #VALUE
d) Truot

38.

	A	B	C	D	E	F	G
1	BẢNG TỔNG KẾT NHẬP/ XUẤT NÔNG SẢN						
2							
3	Số	Mã hàng	Tên hàng	Nhập/ Xuất	Số lượng	Đơn giá	Thành tiền
4	N1	L01		Nhập	230		
5	X1	C01		Xuất	110		
6	N2	C01		Nhập	5		
7	N3	B01		Nhập	210		
8	X3	C01		Xuất	65		
9							
10							
11				Mã hàng	Tên hàng	Đơn giá	
12				C01	Café	120	
13				L01	Lúa	60	
14				B01	Bắp	45	

Trong bảng tính sau, công thức cần nhập vào ô F4 để điền Đơn giá là gì?

a) =HLOOKUP(B4;$D$11:$F$14;2;0)

b) =VLOOKUP(B4;$D$11:$F$14;3;0)

c) =HLOOKUP(B4;$D$11:$F$14;3;0)

d) =VLOOKUP(B4;$D$11:$F$14;2;0)

39. Biểu thức sau cho kết quả là bao nhiêu nếu trong ô B2 là 20 và dữ liệu trong D2="B"
IF(AND(B2>=8,D2="A"),1000,300)

a) 300

b) 1000

c) A

d) 20

40.

STT	SBD	HỌ ĐỆM	TÊN	NGÀY SINH	GT	Toán CC (3)	Triết (4)	Tin 1 (3)	LR MT (3)	Anh 1 (6)	Logic (2)	ĐTB	XẾP THỨ	XẾP LOẠI	HỌC BỔNG
1	CKT.A.0654	Lê Việt	Hùng	01/30/1997	Nam	6	5	9	4	5	7	**5.76**	12	TB	0
2	CKT.D.0055	Trần Văn	Bình	08/21/1997	Nam	10	8	9	9	9	10	**9.05**	2	Xuất sắc	200,000
3	CKT.A.1656	Lê Hoàng	Vân	11/21/1997	Nam	5	8	6	7	6	9	**6.67**	8	TB	0
4	CKT.A.0208	Vũ Tâm	Hoa	08/16/1997	Nữ	9	7	9	6	8	7	**7.71**	6	Khá	70,000
5	CKT.D.0168	Vũ Văn	Doanh	05/12/1997	Nam	8	9	6	9	3	8	**6.62**	9	TB	0
6	CKT.A.0659	Trần Thanh	Loan	09/18/1997	Nữ	4	6	7	6	7	9	**6.43**	10	TB	0
7	CKT.D.0010	Lê Văn	Anh	04/23/1996	Nữ	7	5	8	5	5.5	8	**6.14**	11	TB	0
8	CKT.D.1061	Nguyễn Lê	Thu	01/05/1997	Nữ	9	10	9	10	9	10	**9.43**	1	Xuất sắc	200,000
9	CKT.A.0700	Trần Văn	Khánh	02/26/1997	Nam	7	8	9	9	8	4	**7.76**	5	Khá	70,000
10	CKT.A.0928	Nguyễn Thị	Ngọc	05/12/1997	Nữ	9	8	8	8	8	9	**8.24**	4	Giỏi	120,000
11	CKT.D.2011	Nguyễn Thị	Thắm	09/06/1997	Nữ	6	5	7	5	5	8	**5.71**	13	TB	0
12	CKT.A.2874	Phan Thế	Trung	02/10/1997	Nam	9	6	7	7	7	7	**7.10**	7	Khá	70,000

Cho bảng tính theo mẫu:
Chọn đáp án đúng xây dựng công thức lọc ra các sinh viên xếp loại Xuất sắc và Giỏi, các cột thứ tự từ A->Q tính từ trái sang; các dòng bắt đầu từ 1->13 tính từ trên xuống.

a) Tất cả các đáp án đều đúng

b) =or(Xếp loại="Xuất Sắc",Xếp loại="Giỏi")

c) =and(P2="Xuất Sắc",P2="Giỏi")

d) =or(P2="Xuất Sắc",P2="Giỏi")

41. Trong công thức của Microsoft Excel, sử dụng phím nào để chuyển đổi địa chỉ tuyệt đối sang địa chỉ tương đối hoặc ngược lại cho ô hoặc vùng đã chọn?

a) F5

b) F2

c) F3

d) F4

42. Nếu muốn tính tổng của vùng D2:D8 với điều kiện là "Ô tô" trong vùng dữ liệu A2:A8, ta có công thức:

a) SUMIF("Ô tô",A2:A8,D2:D8)

b) SUMIF(A2:A8,"Ô tô")

c) SUMIF(A2:A8,"Ô tô",D2:D8)

d) SUMIF(D2:D8,"Ô tô",A2:A8)

43. Trong bảng tính Excel, điều kiện trong hàm IF được phát biểu dưới dạng một phép so sánh. Khi cần so sánh khác nhau thì sử dụng kí hiệu nào?

a) &

b) >< >< >< >< >< ><

c) #

d) <> <> <> <> <> <>

44.

	A	B	C	D	E	F	G	H	I
1									
2	BẢNG LƯƠNG THÁNG 11					Tổng Quỹ thưởng :		1,500,000	
3						Tổng số ngày làm thêm:			
4									
5	STT	MA-NV	Họ-tên	Chức vụ	L-NGÀY	NG-CÔNG	LƯƠNG	Thưởng	Thực lĩnh
6	1	BC01	Hà Xuân Trung			24			
7	2	BP02	Nguyễn Cao Phan			26			
8	3	FV03	Lê Ngọc Hân			22			
9	4	FC04	Mai Thị Hương			26			
10	5	FP05	Lý Duy Kỳ			25			
11	6	MC06	Trần Thành Long			21			
12	7	MP07	Hoàng Trọng Thi			24			
13	8	TV08	Cao Thành Tâm			23			
14	9	TP09	Nguyễn Nhân			18			
15	10	TC10	Bửu Lâm			18			

Cho bảng dữ liệu Excel như sau:
Câu hỏi: Công thức nào dưới đây là công thức ĐÚNG cần điền vào ô H3 để lập công thức cho ô Tổng số ngày làm thêm, Tổng số ngày làm thêm là số ngày làm vượt ngày công qui định của tất cả nhân viên. (Cho biết ngày công qui định là 22).

a) =SUMIF(F6:F15,">22",F6:F15)-COUNTIF(F6:F15,">22")*22

b) =SUMIF(F6:F15,">22",F6:F15)-COUNTIF(F6:F15,>22)*22

c) =SUMIF(F6:F15,>22,F6:F15)-COUNTIF(F6:F15,">22")*22

d) =COUNTIF(F6:F15,">22",F6:F15)-COUNTIF(F6:F15,">22")*22

45. Cú pháp hàm IF là?

a) IF(logical_test, [value_if_true])

b) IF(logical_test, [value_if_true], [value_if_false])

c) IF(logical_test, [value_if_false], [value_if_true])

d) IF([value_if_true], logical_test, [value_if_false])

46.

	A	B	C	D	E
1	STT	Họ và tên	Điểm học tập	Điểm rèn luyện	Kết quả
2	1	Nguyễn Lan Anh	8.2	85	
3	2	Vũ Văn Chiến	7.5	80	
4	3	Trần Thùy Dương	6.9	74	
5	4	Lê Công Định	7.3	72	
6	5	Hoàng Hải Hường	8.5	78	

Trong MS Excel, cột Kết quả được sử dụng để xét thưởng 100000 cho những học sinh có Điểm học tập từ 8.0 trở lên và Điểm rèn luyện từ 80 trở lên. Công thức nào sau đây phù hợp để nhập vào ô E2?

a) =IF(C2>=8 OR D2>=80, 100000,"")

b) =IF(OR(C2>=8, D2>=80), 100000,"")

c) =IF(AND(C2>=8, D2>=80), 100000,"")

d) =IF(C2>=8 AND D2>=80, 100000,"")

47. Trong bảng tính Excel, nếu trong một ô tính có các kí hiệu #####, điều đó có nghĩa là gì?

a) Cột chứa ô đó có độ rộng quá hẹp nên không hiển thị hết chữ số

b) Hàng chứa ô đó có độ cao quá thấp nên không hiển thị hết chữ số

c) Công thức nhập sai và Excel thông báo lỗi

d) Chương trình bảng tính bị nhiễm virus

48. Nếu máy tính được cập nhật ngày giờ chính xác. Giả sử ô E6 có giá trị là 20/11/2011, tại ô G6 gõ công thức: =YEAR(now())-YEAR(E6), kết quả là?

a) 20

b) 12

c) 19

d) 11

49. Công thức sau =COUNTA(A5,A6) +COUNT(A5,A6). Hỏi kết quả trả về là bao nhiêu nếu A5 có giá trị: 5 và A6 có giá trị là: DUNG

a) 3
b) 5DUNG
c) 5
d) 5+DUNG

50.

	A	B	C	D	E	F	G	H	I
10	STT	Họ đệm	Tên	Số Báo Danh	Toán	Lý	Hóa	Tổng Điểm	Kết Quả
11	1	Nguyễn Xuân	Ái	A012	6	8	8	22	
12	2	Hồ Thị	Cúc	B067	8	5	9	22	
13	3	Ngô Ngọc	Định	A065	2.5	8	8	18.5	
14	4	Lê Thị Ngọc	Hân	C123	4	7	8	19	
15	5	Lê Quang	Lợi	A115	7	7.5	6	20.5	
16	6	Trần Đình	Phú	B106	4	5	4	13	
17	7	Võ Vinh	Quang	C165	4.5	4	8	16.5	
18	8	Đinh Xuân	Thành	C209	10	9	9	28	
19	9	Lý Ngọc	Thịnh	B231	8	6	6	20	
20	10	Văn Viết	Tạo	A256	3	6	6	15	
21	11	Huỳnh Văn	Xê	A300	2.5	9	8	19.5	

Cho bảng dữ liệu Excel như sau:
Biết rằng Kết Quả: được tính là ĐẬU nếu hội đủ 2 điều kiện sau đây:
Phải không có môn nào dưới 3 điểm.
Tổng điểm phải đạt (>=) điểm đậu chiếu theo khu vực, khu vực A có điểm đậu là 18, khu vực B có điểm đậu là 17, khu
được coi là HỎNG nếu như một trong 3 môn bị điểm < 3 hoặc Tổng Điểm không đạt (nhỏ hơn điểm đậu chiếu theo kh
Câu hỏi: Công thức nào sau đây là công thức Đúng tại ô I11

a) =IF(OR(E11>=3,F11>=3,G11>=3,H11>=IF(LEFT(D11)="A",18,IF(LEFT(D11)="B",17,16))),"ĐẬU","HỎNG")
b) =IF(AND(E
c) =IF(AND(E11>=3,F11>=3,G11>=3,H11>IF(LEFT(D11)="A",18,IF(LEFT(D11)="B",17,16))),"ĐẬU","HỎNG")
d) =IF(AND(E

51. Công thức =MID(“PHENIKAA”,3,2)& LEFT(RIGHT(“PHENIKAA”,4),2) trả về kết quả nào dưới đây:

a) IKAA
b) ENIK
c) NIKA
d) HENIK

52. Nếu B1 có giá trị là 8 thì công thức sau:
=AVERAGE(IF(AND(B1>5,B1<=9),MOD(20,3),COUNTA(20,30,115,”Nam”,”Dung”)),MIN(673,575,705),IF(3>2,20,6))
sẽ trả về kết quả nào dưới đây:

a) 575
b) 673
c) 298
d) 199

53. Để nhanh chóng xem các thí sinh xếp loại “xuất sắc”, ta bôi đen toàn bộ vùng có chứa dữ liệu cần xem rồi sử dụng công cụ gì trong số các công cụ sau:Kết quả của việc nhập công thức =AND(C2>=8;D2>=80) ở ô E2 là gì?

a) Vào menu Data, chọn Validation
b) Vào menu Data, chọn Filter - Autofilter
c) Vào menu View, chọn mức “xuất sắc”
d) Vào menu Tools, chọn Quick view, chọn mức “xuất sắc”

54.

	A	B	C	D	E
1	STT	Họ và tên	Điểm học tập	Điểm rèn luyện	Kết quả
2	1	Nguyễn Lan Anh	8.2	85	
3	2	Vũ Văn Chiến	7.5	80	
4	3	Trần Thùy Dương	6.9	74	
5	4	Lê Công Định	7.3	72	
6	5	Hoàng Hải Hường	8.5	78	

Kết quả của việc nhập công thức =AND(C2>=8;D2>=80) ở ô E2 là gì?

a) FALSE

b) Cả hai đán án đúng

c) TRUE

d) Cả hai đáp án đều sai

55. Nếu ô A2 có giá trị là 8 thì công thức sau: =MAX(IF(AND(A2>=5,A2<=10), SUM(MOD(10,3),2,7),AVERAGE(9,10,11)),125,115) sẽ trả về kết quả nào dưới đây:

a) 3

b) 115

c) 125

d) 10

56.

	B	C	D	E	F	G	H	I	J
2		Thứ hai	Thứ ba	Thứ tư	Thứ năm	Thứ sáu	Thứ bảy	Chủ nhật	Tiêu thụ trung bình
3	Nước cam	104	113	115	321	115	134	321	
4	Coca	235	50	324	195	231	362	342	
5	Bia	442	542	585	362	437	265	376	
6	Nước lọc	152	261	154	196	352	278	451	

Bảng tính dưới đây chứa số lượng tiêu thụ của một số mặt hàng giải khát. Công thức đúng cần nhập vào ô J3 để tính số lượng tiêu thụ trung bình của Nước cam trong tuần là gì?

a) =AVERAGE(C3:I3)

b) =AVERAGE(B3:I3)

c) =SUM(C3:I3)

d) =SUM(B3:I3)

57.

BẢNG CHI TIẾT NHẬP XUẤT HÀNG HOÁ QUÍ IV/2003

	Ngày	Mã hàng	Tên hàng	Loại	Đơn vị	Số lượng	Đơn giá	Thuế	Thành tiền
3	20/10/2003	DBH-DB-N			kg	150			
4	15/10/2003	GTL-TB-N			kg	700			
5	01/10/2003	DBH-TB-X			kg	500			
6	07/10/2003	GTL-DB-X			kg	1,250			
7	05/09/2003	DQN-TB-N			kg	975			
8	08/09/2003	GNT-DB-X			kg	380			
9	16/08/2003	DQN-DB-N			kg	2,375			
10	03/05/2003	DBH-DB-X			kg	3,000			
11	13/07/2003	GNT-TB-N			kg	5,370			
12	14/08/2003	DQN-TB-X			kg	680			

Bảng 1

3 ký tự đầu	Tên Hàng
DBH	Đường Biên Hoà
DQN	Đường Quảng Nam
GTL	Gạo Thái Lan
GNT	Gạo Nếp Thơm

Bảng2: Đơn giá

Loại	DB	TB
DBH	45,000	42,000
DQN	4,000	38,000
GTL	6,000	56,000
GNT	62,000	5,800

Thống kê

Mã hàng	Nhập	Xuất
Đường		
Gạo		

Cho bảng dữ liệu sau:
Câu hỏi: Công thức hàm nào dưới đây là ĐÚNG để điền vào ô I16 của bảng. Thống kê số lượng mặt hàng Đường được (Nhập).

a) =SUMIF($B$3:$B$12,"*D*N",$F$3:$F$12)

b) =SUMIF($B$3:$B$12,"D*N",$F$3:$F$12)

c) =SUMIF($B$3:$B$12,*DN*,$F$3:$F$12)

d) =SUMIF($B$3:$B$12,D*N,$F$3:$F$12)

58. Để thêm thông tin giải thích biểu đồ, ta chọn biểu đồ cần sửa sau đó sử dụng các lệnh trong nhóm nào?

a) Layout / Change Chart Type

b) Design / Move Chart

c) Layout / Labels

d) Design / Change Chart Type

59. Cho biết kết quả của công thức sau: =AND(OR(FALSE,3>2),OR(TRUE,FALSE,4<3))

a) FALSE

b) TRUE

c) 3

d) 2

60. Trong bảng tính Excel, cho biết kết quả khi thực hiện lệnh:
= INT(13/2)+MOD(13,2)+COUNT(5,4,9)

a) 2
b) 9
c) 10
d) 13

61.

	A	B	C	D	E	F	G
1	BẢNG ĐIỂM LỚP 7A5						
2	STT	Họ và tên	Toán	Ngữ Văn	Vật lý	Tin Học	Điểm TB
3	1	Nguyễn Trọng	7	8	6	8	7.3
4	2	Hà Văn Trọng	6	8	9	10	8.3
5	3	Nguyễn Văn Trọng	6	7	7	8	7.0
6	4	Nguyễn Thị Thanh Trúc	9	7	8	10	8.5
7	5	Trần Mạnh Tường	5	6	5	7	5.8
8	6	Hà Bình Tú	6	7	5	7	6.3

Cho bảng tính sau: Muốn sắp xếp cột điểm Vật lý theo thứ tự tăng dần ta làm như thế nào?

a) Chọn một ô trong cột điểm Vật lý \Chọn menu Data\Sort&Filter\ Nhấn nút Filter
b) Chọn một ô trong cột điểm Vật lý \Chọn menu Data\Sort&Filter\ Nhấn nút Z to A
c) Không có đáp án đúng
d) Chọn một ô trong cột điểm Vật lý \Chọn menu Data\Sort&Filter\ Nhấn nút A to Z

62. Để giữ cố định hàng được lặp lại qua các trang, ta chọn hàng bên dưới hàng đó và thực hiện:

a) View\Freeze Panes
b) Page Layout\Freeze Panes
c) Review\Freeze Panes
d) Data\Freeze Panes

63. Địa chỉ nào dưới đây là địa chỉ không hợp lệ?

a) BB221
b) $BA$25
c) 221$A
d) AA$123

64. Tại ô C1 nhập chuỗi PHENIKAA, cho biết kết quả khi thực hiện công thức =RIGHT(C1)

a) A
b) #VALUE
c) #NAME
d) P

65. Khi sử dụng hàm SUM ta có thể:

a) Sử dụng tối đa là 10 tham số
b) Sử dụng tối đa là 20 tham số
c) Sử dụng tối đa là 255 tham số
d) Sử dụng tối đa là 100 tham số

66. **Áp dụng luật hấp dẫn nào mọi ngừi ưi**

Kết quả thi của cậu là:

a) **10 đỉm ko có nhưng**
b) **Tiếng mưa rơi tí tách**
c) **"Suýt nữa thì"**
d) **"Hẹn em kỳ sau"**

67. **Cậu có thể Zn ưn chúng tớ bằng cách**

a) **Trà sữa nè**

b) **Ngô nướng (trừ cổng trường :)))**

c) **Lời kẹm ưn so ciuu**

d) **Chia sẻ tài liệu với chúng tớ**

Answer Keys

1. d) Nháy chuột trên biểu đồ và nhấn phím Delete
2. b) File\Save\Tools\ General Options
3. a) ENIK
4. c) Tất cả các ý trên
5. c) Descending
6. c) Data\Filter\Auto Filter
7. a) Cả 3 câu đều đúng.
8. c) Tất cả các thành phần trên
9. d) 125
10. b) 399
11. b) Thay đổi vùng dữ liệu vẽ biểu đồ
12. b) Biểu đồ dạng thanh (bar)
13. a) Data- Filter
14. a) =VLOOKUP(B4;$D$11:$F$14;2;0)
15. a) Để nhanh chóng tìm được dữ liệu cần thiết và dễ so sánh dữ liệu.
16. c) =RANK(C2,$C$2:C:6,0)
17. a) 11
18. b) Chọn vùng dữ liệu cần lọc→ chọn menu Data → chọn lệnh Filter
19. b) =Countif(C2:C10,”Kế toán”)
20. d) Line
21. c) =10%*(C4+D4)
22. c) =HLOOKUP(MID(B6,2,1),$D$18:$F$19,2,0)&"&VLOOKUP(LEFT(B6),$A$18:$B$22,2,0)
23. c) =IF(C6<5,”Không đạt”,”Đạt”)
24. a) COUNTIF
25. d) bc1
26. d) Cả 3 đáp án trên đều sai
27. d) 4.57
28. c) 03/20/2022
29. a) 4
30. b) Nhấn chuột lên tên sheet cần di chuyển đến hoặc nhấn tổ hợp phím Ctrl + PgUp hoặc Ctrl + PgUp
31. d) Ẩn cột F
32. a) =D2E2 (1-If (D2 <50; 0%;10%))
33. b) Không được tuyển dụng
34. c) Average()
35. b) TRUE
36. c) FALSE
37. a) #NAME
38. b) =VLOOKUP(B4;$D$11:$F$14;3;0)
39. a) 300
40. d) =or(P2="Xuất Sắc",P2="Giỏi")
41. d) F4
42. c) SUMIF(A2:A8,”Ô tô”,D2:D8)
43. d) <> <> <> <> <> <>
44. a) =SUMIF(F6:F15,">22",F6:F15)-COUNTIF(F6:F15,">22")*22
45. b) IF(logical_test, [value_if_true], [value_if_false])
46. c) =IF(AND(C2>=8, D2>=80), 100000,"")
47. a) Cột chứa ô đó có độ rộng quá hẹp nên không hiển thị hết chữ số
48. b) 12
49. a) 3
50. d) =IF(AND(E11>=3,F11>=3,G11>=3,H11
51. b) =IF(LEFT(D11)="A",18,IF(LEFT(D11)="B
52. d) 199
53. b) Vào menu Data, chọn Filter - Autofilter
54. c) TRUE
55. c) 125
56. a) =AVERAGE(C3:I3)
57. b) =SUMIF($B$3:$B$12,"D*N",$F$3:$F$1

58. c) Layout / Labels
59. b) TRUE
60. c) 10
61. d) Chọn một ô trong cột điểm Vật lý \Chọn menu Data\Sort&Filter\ Nhấn nút A to Z
62. d) Data\Freeze Panes
63. c) 221$A
64. a) A
65. c) Sử dụng tối đa là 255 tham số
66. c) **"Suýt nữa thì"**
67. a) **Trà sữa nè**